Operációs rendszerek BSc

6. Gyakorlat

2026. 03.26

Készítette:
Kuknyó Imre Bsc
Szak: PTI
EINL3W

Sárospatak, 2026

1.Feladat Készítse el szerkesztőprogram segítségével a Bach állapotdiagrammot!

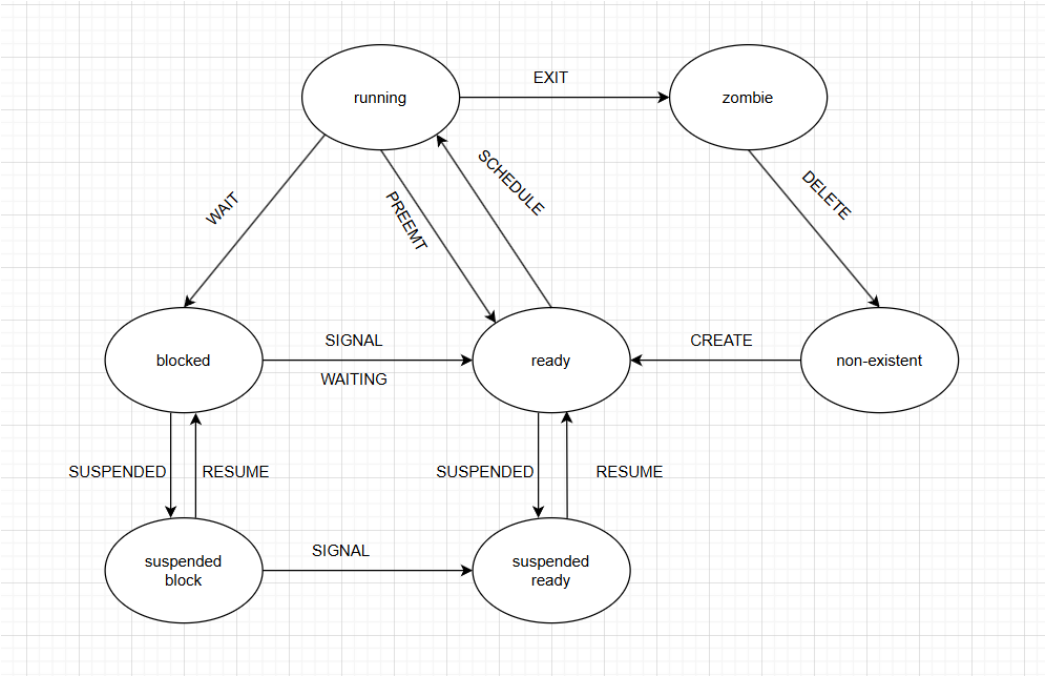

2.Feladat Adott a következő ütemezési feladat, amit a FCFS, SJF és RR ütemezési algoritmus használatával készítsen el (külön-külön táblázatba):

FCFS	P1	P2	P3	P4	P5
Érkezés	0	1	3	9	12
CPU Idő	3	8	2	20	5
Indulás	0	3	11	13	33
Befejezés	3	11	13	33	38
Várakozás	0	2	8	4	21

Átlagos várakozás : 35/5

Végrehajtási sorrend : P1 - P2 - P3 - P4 - P5

Befejezési idő : indulási idő + CPU idő

Várakozási idő : indulási idő - érkezési idő

Válasz idő : érkezési idő - indulási idő

Átfutási idő : befejezési idő - érkezési idő

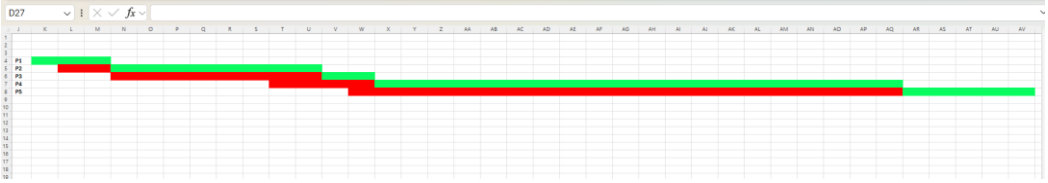

SJF	P1	P2	P3	P4	P5
Érkezés	0	1	3	9	12
CPU idő	3	8	2	20	5
Indulás	0	5	3	18	13
Befejezés	3	13	5	38	18
Várakozás	0	4	0	9	1

Átlagos várakozás : 14/5

Végrehajtási sorrend : P1 - P3 - P2 - P5 - P4

Befejezési idő : indulási idő + CPU idő

Várakozási idő : indulási idő - érkezési idő

Válasz idő : érkezési idő - indulási idő

Átfutási idő : befejezési idő - érkezési idő

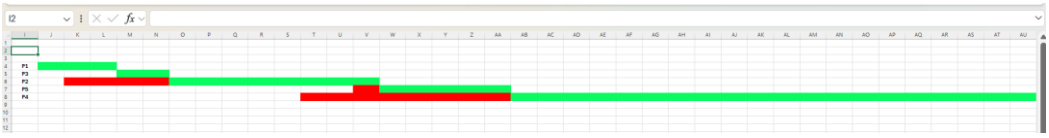

RR: 5ms	ROUND ROBIN				
	P1	P2	P3	P4	P5
Érkezés	0	1, 8	3	9	12
CPU idő	3	8, 3	2	20	5
Indulás	0	3, 10	8	13	18
Befejezés	3	8, 13	10	18, 38	23
Várakozás	0	2, 2	5	4, 5	6

Átlagos várakozás : 24/7

Végrehajtási sorrend : P1 - P2 - P3 - P2 - P4 - P5 - P4

Befejezési idő : indulási idő + CPU idő

Várakozási idő : indulási idő - érkezési idő

Válasz idő : érkezési idő - indulási idő

Átfutási idő : befejezési idő - érkezési idő